Página 62 del libro.

1. Deduce la ecuación de la circunferencia con centro en el origen con el radio dado en cada literal.

Fórmula canónica de la circunferencia es:

$$x^2 + y^2 = r^2$$

a) r = 1

Su ecuación quedaría de la siguiente manera:

$$x^2 + y^2 = 1^2 => x^2 + y^2 = 1$$

Su gráfica en el plano cartesiano es:

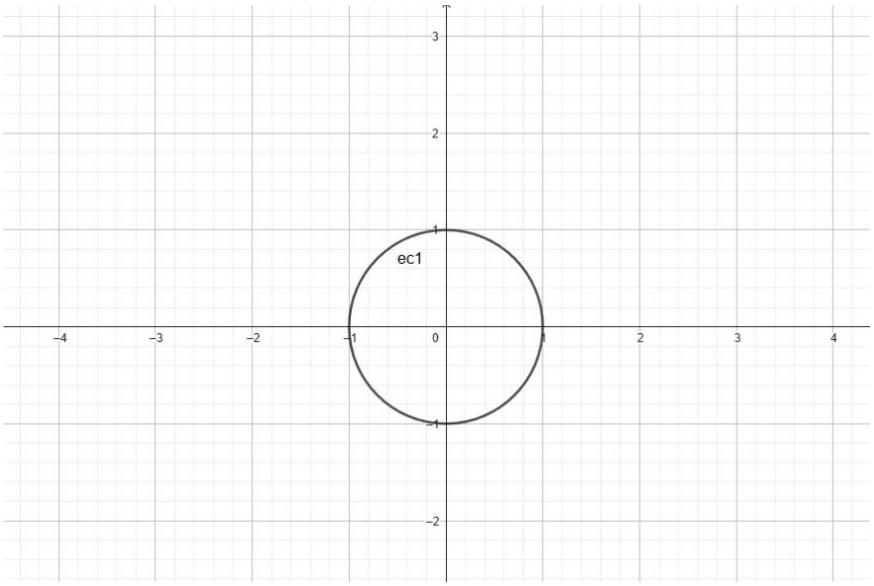

b) r = 6

Su ecuación quedaría de la siguiente manera:

$$x^2 + y^2 = 6^2 => x^2 + y^2 = 36$$

Su gráfica en el plano cartesiano es:

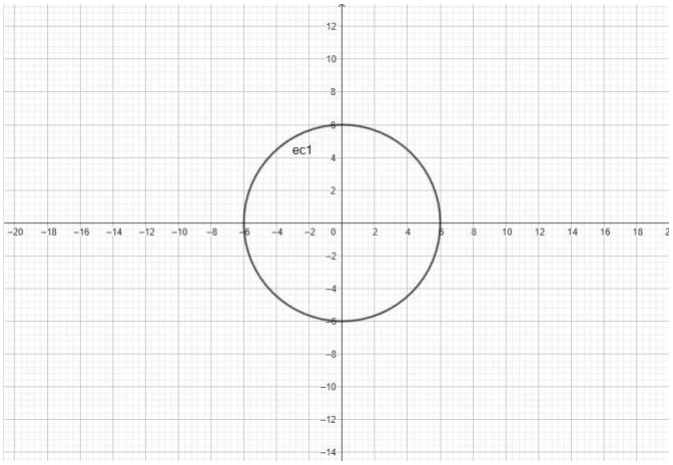

c) r = $\frac{1}{2}$

Su ecuación quedaría de la siguiente manera:

$$x^2 + y^2 = \frac{12}{2} \Rightarrow x^2 + y^2 = \frac{1}{4}$$

Su gráfica en el plano cartesiano es:

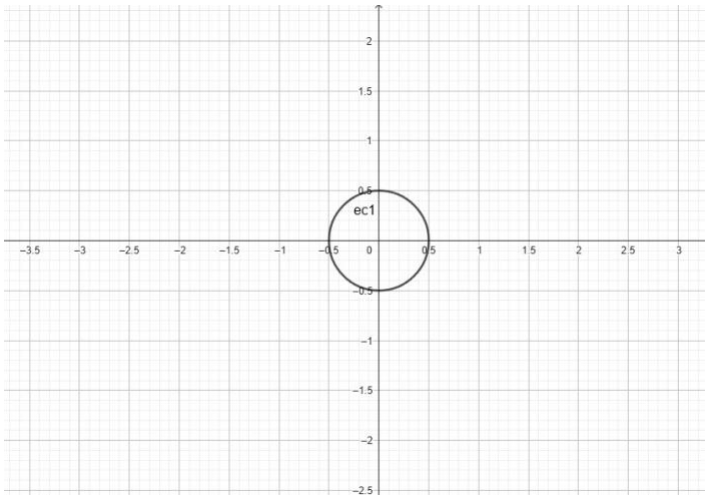

d) r = $\frac{1}{3}$

Su ecuación quedaría de la siguiente manera:

$$x^2 + y^2 = \frac{12}{3} \Rightarrow x^2 + y^2 = \frac{1}{9}$$

Su gráfica en el plano cartesiano es:

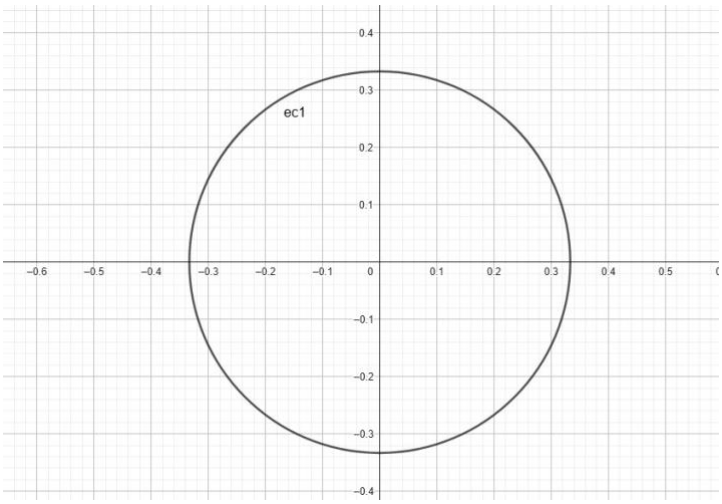

e) r = $\sqrt{5}$

Su ecuación quedaría de la siguiente manera:

$$x^2 + y^2 = (\sqrt{5})^2 \Rightarrow x^2 + y^2 = 5$$

Su gráfica en el plano cartesiano es:

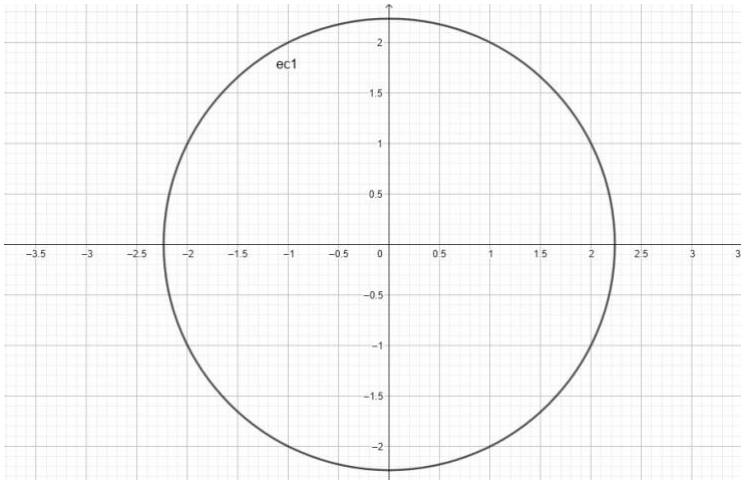

2. Grafica en el plano cartesiano determina por las siguientes ecuaciones:

a) $x^2 + y^2 = 25$

Su Gráfica es:

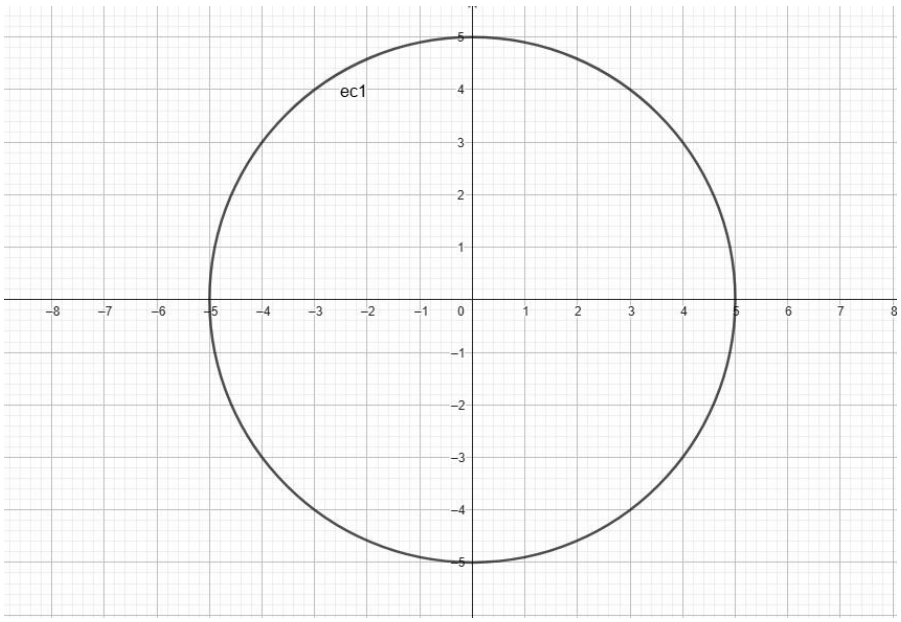

b) $x^2 + y^2 = 100$

Su Gráfica es:

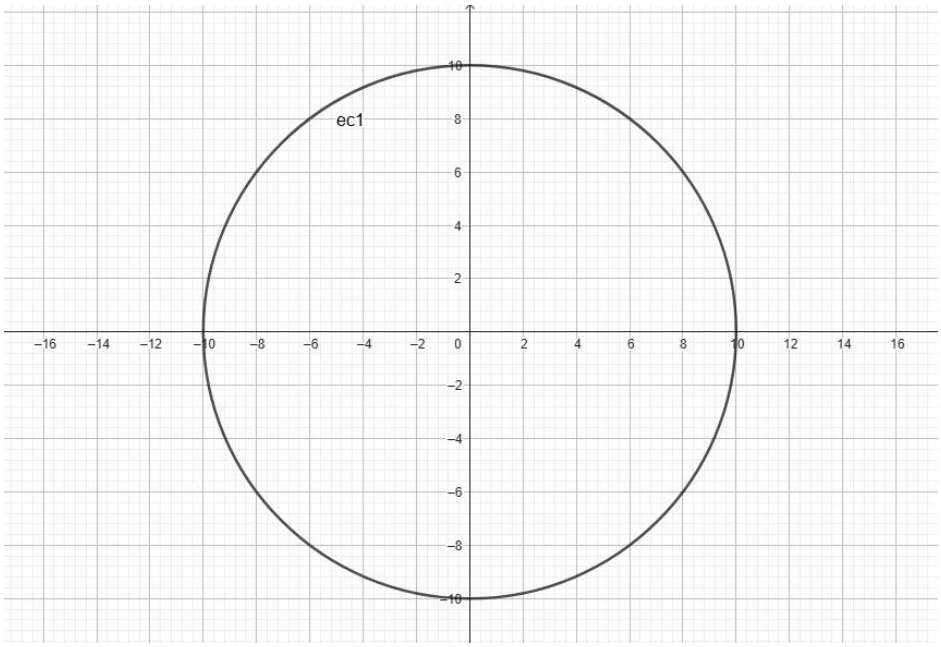

c) $x^2 + y^2 = \frac{1}{4}$ Su

Gráfica es:

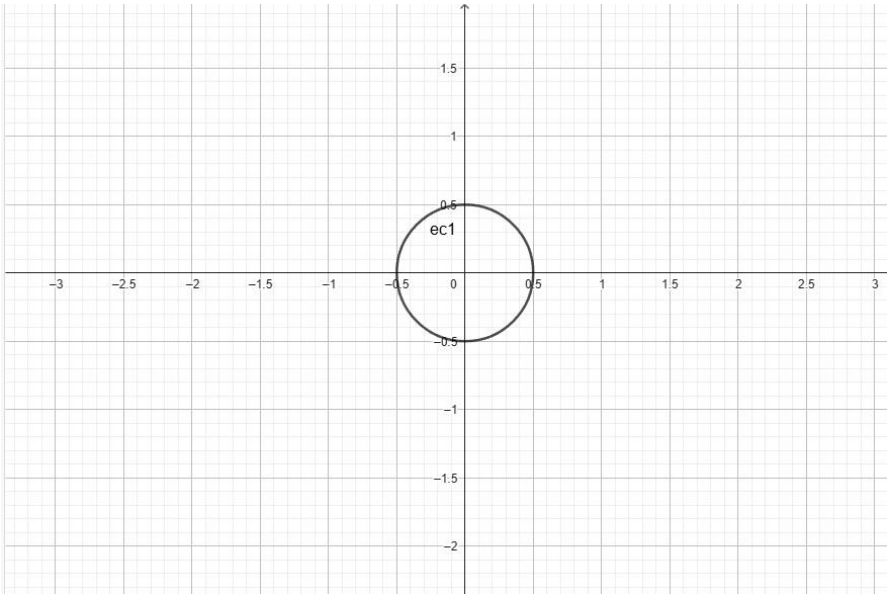

d) $x^2 + y^2 = 3$

Su Gráfica es:

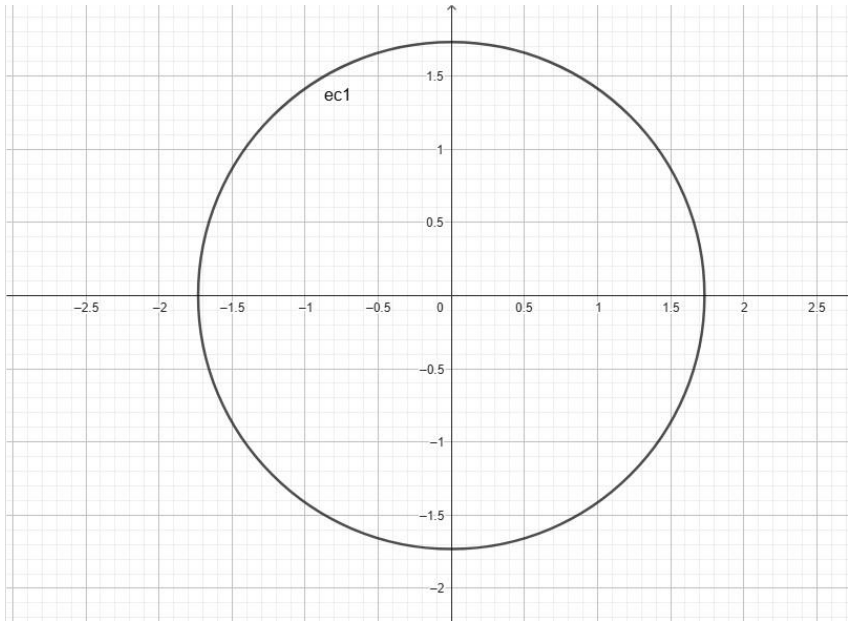
ec1
1.5
1
0.5
−0.5
−1
−1.5
−2
−2.5
−2
−1.5
−1
−0.5
0
0.5
1
1.5
2
2.5